unifev AVALIAÇÃO

Data
/ /

Curso	Tipo de Avaliação
ADS	LISTA DE EXERCÍCIOS

Unidade Curricular	Semestre	Bimestre
MATEMÁTICA	1º	1º

Docente	Nota
MARCOS PAULO SEGANTINI DOS SANTOS	

Nome do Aluno	R.A.	Período

QUESTÕES

1- Três ilhas A, B e C aparecem num mapa em escala 1:10000, como na figura. Qual a distância entre as ilhas A e B?

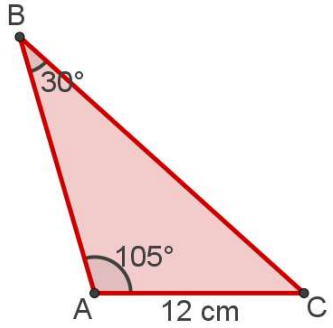

2- No triângulo a seguir, qual é a medida do segmento AC, destacada pela letra x, dado que essas medidas estão em centímetros?

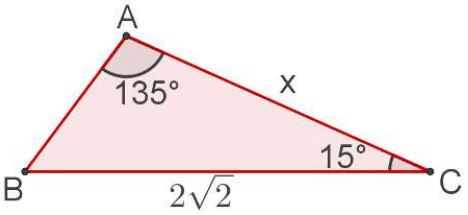

3- Ao coletar os dados para um estudo topográfico da margem de um lago a partir dos pontos A, B e T, um técnico determinou as medidas AT = 32 m, BT = 13 m e ATB = 120°, representadas no esquema abaixo. Calcule a distância, em metros, entre os pontos A e B, definidos pelo técnico nas margens desse lago.

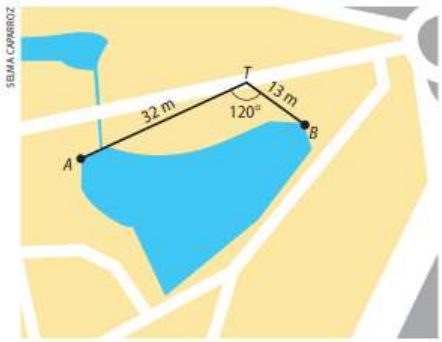
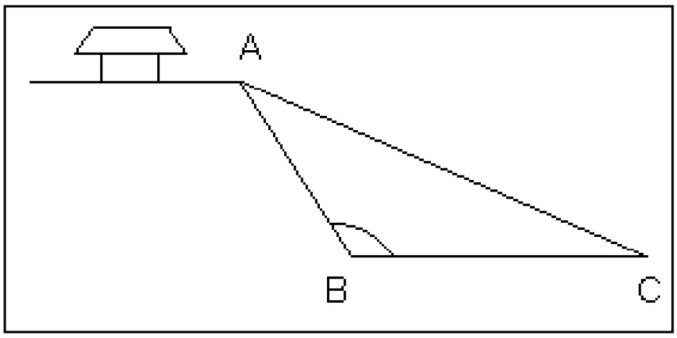
4- A figura abaixo mostra o corte lateral de um terreno onde será construída uma rampa reta, AC , que servirá para o acesso de veículos à casa, que se encontra na parte mais alta do terreno. A distância de A a B é de 6m, de B a C é de 10m e o ângulo ABC mede 120º. Qual deve ser o valor do comprimento da rampa em metros?